F01

Um artigo publicado na *Revista Brasileira de Ensino de Física*, em 2024, propõe um curioso experimento para medir a força de arrasto do ar em pipocas em movimento vertical. Para isso, os autores prepararam um sistema automatizado que mede a posição vertical y (m) em função do tempo t (s) de pipocas em voo após serem "estouradas" em uma panela aberta, como mostra a figura ao lado. O gráfico y *versus* t de um dos "voos" medidos também é exibido.



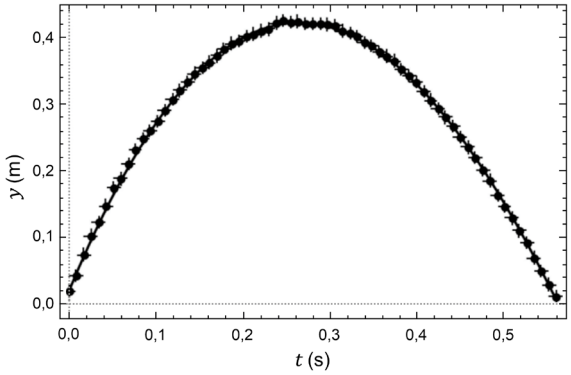

a) Com base no gráfico y *versus* t, determine o deslocamento vertical máximo da pipoca nesse "voo".
b) Se a velocidade inicial da pipoca medida pelo experimento é de 3 m/s na vertical, qual seria o deslocamento vertical máximo na ausência de forças de arrasto e outras forças dissipativas?

Uma das conclusões do artigo é que a força de arrasto em uma pipoca típica pode ser modelada pela expressão $F_{arr} = -bv^2$, onde v é o módulo da velocidade da pipoca, o sinal "-" indica que a força é sempre contrária ao movimento e a constante b pode ser estimada pelas medidas do experimento como $b \cong 0{,}4$ g/m para velocidades acima de 2 m/s.

c) Com base nessa expressão, qual é a velocidade máxima que uma pipoca de massa 0,2 g atinge após começar o seu movimento de queda vertical com velocidade inicial nula?

Note e adote:
Aceleração da gravidade: g = 10m/s^2

F02

Um dos decaimentos radioativos mais relevantes é o decaimento alfa (α), em que um núcleo pesado, como Polônio 210 ou Urânio 235, decai emitindo uma partícula α, que é essencialmente um núcleo de Hélio formado por 2 prótons e 2 nêutrons. Como são partículas eletricamente carregadas, as partículas α podem ser aceleradas/desaceleradas por campos elétricos e/ou magnéticos. Por conta disso, embora sejam emitidas com energias da ordem de MeV, as partículas α perdem (transferem) grande parte dessa energia ao interagir com moléculas e átomos, seja no ar ou em tecidos biológicos.
Nos itens a seguir, considere uma partícula α que foi emitida com energia cinética inicial de 5,30 MeV.

a) Se a partícula α perde energia a uma taxa de 100 keV/μm ao penetrar um tecido biológico como a pele, ela conseguiria atravessar a epiderme, que tem espessura de 0,1 mm? Justifique a sua resposta.

Considere uma situação em que a partícula α está se movendo sob a ação de um campo elétrico uniforme na mesma direção e em sentido oposto à sua velocidade, conforme mostra a figura:

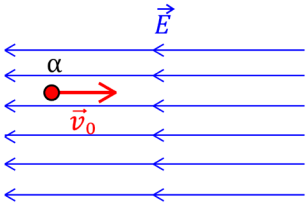

b) Se o campo elétrico tem módulo de 2 x 10^5 V/m, determine a magnitude da força elétrica que atua sobre a partícula α.
c) Qual a magnitude do campo elétrico necessária para que a partícula α perca 1% de sua energia cinética inicial após percorrer 10 cm sob a ação desse campo?

Note e adote:
Carga do próton: q_P = +1,6 x 10^{-19} C
1 eV = 1,6×10^{-19} J

André V. Silva

15 de março de 2026

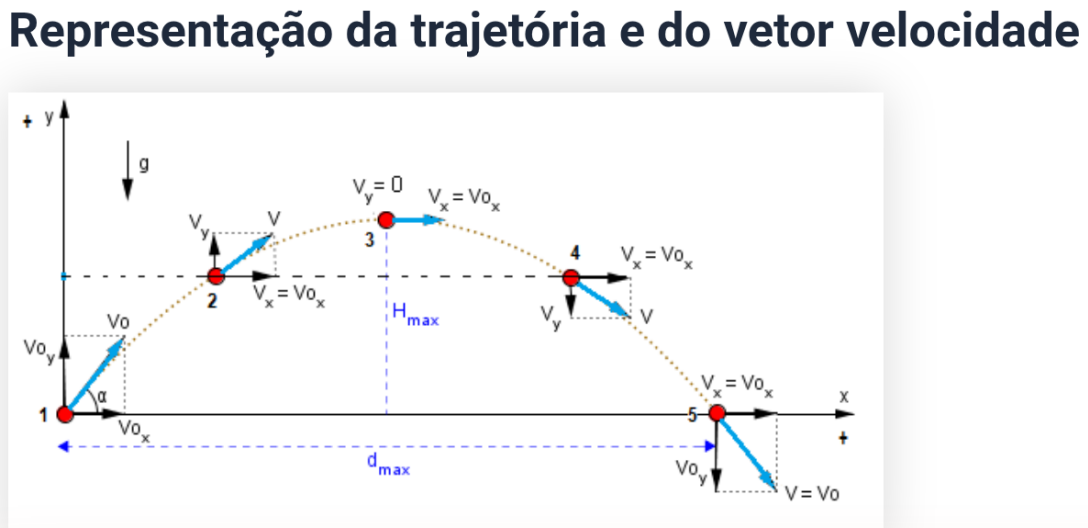

Introdução Teórica

O movimento de um objeto lançado verticalmente na presença da gravidade é um problema clássico da Mecânica. Em muitas situações ideais, despreza-se a resistência do ar e considera-se apenas a força peso atuando sobre o corpo. Entretanto, em sistemas reais, especialmente quando os objetos possuem baixa massa e grande área superficial, como é o caso de uma pipoca em voo, os efeitos da resistência do ar tornam-se relevantes e modificam significativamente o movimento.

Lançamento vertical sob ação da gravidade

Quando um objeto é lançado verticalmente com velocidade inicial v_0, sob a ação exclusiva da gravidade, ele realiza um movimento uniformemente variado. A aceleração é constante e igual à aceleração da gravidade g, dirigida para baixo.

As equações cinemáticas que descrevem esse movimento são:

$$v_y(t) = v_{0y} - gt$$

$$y(t) = y_0 + v_{0y}t - \frac{1}{2}gt^2$$

onde:

- $y(t)$ é a posição vertical em função do tempo,
- $v(t)$ é a velocidade instantânea,
- y_0 é a posição inicial,
- v_0 é a velocidade inicial,
- g é a aceleração da gravidade.

Durante a subida do objeto, sua velocidade diminui gradualmente até se anular no ponto mais alto da trajetória. Nesse ponto ocorre o deslocamento vertical máximo.

A altura máxima pode ser determinada a partir da equação de Torricelli:

$$v_y^2 = v_{0y}^2 - 2g(y - y_0)$$

No ponto mais alto, $v = 0$, resultando em:

$$h_{max} = \frac{v_{0y}^2}{2g}$$

Essa expressão fornece o deslocamento vertical máximo quando não existem forças dissipativas atuando no sistema.

Influência da resistência do ar

Na prática, o movimento de um corpo que se desloca em um fluido sofre a ação de uma força de resistência, conhecida como força de arrasto. Essa força depende da velocidade do objeto e atua sempre em sentido oposto ao movimento.

Para diversos regimes de velocidade, especialmente em objetos leves movendo-se no ar, uma aproximação comum consiste em modelar a força de arrasto como proporcional ao quadrado da velocidade:

$$F_{arr} = -bv^2$$

onde:

- b é uma constante que depende das propriedades do fluido, da forma e da área do objeto,
- v é o módulo da velocidade do corpo,
- o sinal negativo indica que a força atua no sentido contrário ao movimento.

Assim, a equação dinâmica que descreve o movimento passa a ser obtida a partir da Segunda Lei de Newton:

$$\sum F = ma$$

Durante a queda vertical, duas forças principais atuam sobre o corpo:

- a força peso $P = mg$, dirigida para baixo;
- a força de arrasto F_{arr}, dirigida para cima quando o corpo se move para baixo.

A equação de movimento pode então ser escrita como:

$$mg - bv^2 = ma$$

Velocidade terminal

À medida que o corpo cai, sua velocidade aumenta e, consequentemente, o módulo da força de arrasto também cresce. Em determinado momento, essa força torna-se suficientemente grande para equilibrar a força peso.

Quando isso ocorre, a força resultante sobre o corpo torna-se nula:

$$mg = bv^2$$

Nessa condição, a aceleração desaparece e o corpo passa a mover-se com velocidade constante. Essa velocidade é denominada **velocidade terminal**.

Resolvendo a equação para v, obtém-se:

$$v_t = \sqrt{\frac{mg}{b}}$$

Esse resultado mostra que a velocidade terminal depende da massa do objeto, da aceleração da gravidade e da constante de arrasto associada ao meio e à geometria do corpo.

Análise experimental do movimento

Uma forma eficiente de estudar esse tipo de movimento consiste em registrar experimentalmente a posição do objeto ao longo do tempo, obtendo um gráfico $y(t)$. A análise desse gráfico permite determinar grandezas importantes como:

- o deslocamento vertical máximo,
- o tempo de subida e descida,
- a influência das forças dissipativas no movimento.

Experimentos desse tipo são particularmente interessantes em objetos leves, como pipocas, pois a interação com o ar é significativa e permite observar claramente os efeitos da resistência do fluido.

F1 - Resolução

Questão - Movimento vertical com resistência do ar

Resolução

O problema descreve o movimento vertical de uma pipoca após ser lançada para cima quando o grão estoura. O experimento mede a posição vertical y em função do tempo t, permitindo analisar o movimento por meio do gráfico apresentado.

(a) Determinação do deslocamento vertical máximo a partir do gráfico

O deslocamento vertical máximo corresponde ao ponto mais alto da trajetória da pipoca. No gráfico $y \times t$, esse valor corresponde ao vértice da curva.

Observando o gráfico:

- o eixo vertical representa a posição y em metros;
- os valores variam aproximadamente entre 0 e 0,45 m;
- o ponto máximo da curva ocorre aproximadamente em $y \approx 0{,}42\,\mathrm{m}$.

Portanto, o deslocamento vertical máximo medido experimentalmente é aproximadamente

$$y_{\max} \approx 0{,}42\,\mathrm{m}.$$

Esse valor é obtido diretamente da análise do gráfico experimental.

(b) Deslocamento máximo na ausência de forças dissipativas

Agora considera-se a situação ideal em que apenas a força peso atua sobre a pipoca, ou seja, despreza-se a resistência do ar.

Nesse caso, o movimento vertical é uniformemente variado e podemos utilizar a equação de Torricelli:

$$v_y^2 = v_{0y}^2 - 2g(y - y_0)$$

No ponto mais alto da trajetória, a velocidade é nula:

$$v_y = 0$$

Logo,

$$0 = v_{0y}^2 - 2gh_{\max}$$

onde $h_{\max} = y - y_0$ representa o deslocamento vertical máximo.

Isolando $h_{\max}$:

$$h_{\max} = \frac{v_{0y}^2}{2g}$$

Substituindo os valores fornecidos:

$$v_0 = 3\,\mathrm{m/s}$$

$$g = 10\,\mathrm{m/s^2}$$

temos

$$h_{\max} = \frac{(3)^2}{2 \cdot 10}$$

$$h_{\max} = \frac{9}{20}$$

$$h_{\max} = 0{,}45\,\mathrm{m}$$

Portanto, na ausência de forças dissipativas, o deslocamento vertical máximo seria

$$h_{\max} = 0{,}45\,\mathrm{m}.$$

Esse valor é ligeiramente maior do que o valor experimental obtido no item anterior, o que evidencia o efeito da resistência do ar no experimento.

(c) Velocidade máxima durante a queda (velocidade terminal)

O problema informa que a força de arrasto pode ser modelada pela expressão

$$F_{arr} = -bv^2$$

onde:

- b é uma constante experimental;
- v é o módulo da velocidade;
- o sinal negativo indica que a força é contrária ao movimento.

Durante a queda vertical, atuam duas forças principais sobre a pipoca:

- a força peso $P = mg$, dirigida para baixo;
- a força de arrasto F_{arr}, dirigida para cima.

A velocidade máxima ocorre quando a aceleração se torna nula, isto é, quando a força resultante é zero. Essa velocidade é chamada de **velocidade terminal**.

Aplicando a segunda lei de Newton:

$$\sum F = ma$$

Na condição de velocidade terminal:

$$a = 0$$

Logo,

$$mg - bv^2 = 0$$

ou

$$mg = bv^2$$

Isolando v:

$$v = \sqrt{\frac{mg}{b}}$$

Substituição dos valores

A massa da pipoca é

$$m = 0{,}2\,g$$

Convertendo para unidades do SI:

$$m = 0{,}2 \times 10^{-3}\,\mathrm{kg}$$

$$m = 2 \times 10^{-4}\,\mathrm{kg}$$

A constante de arrasto fornecida é

$$b = 0{,}4\, g/m$$

Convertendo:

$$b = 0{,}4 \times 10^{-3}\,\mathrm{kg/m}$$

$$b = 4 \times 10^{-4}\,\mathrm{kg/m}$$

Substituindo na expressão da velocidade terminal:

$$v = \sqrt{\frac{(2 \times 10^{-4})(10)}{4 \times 10^{-4}}}$$

$$v = \sqrt{\frac{20}{4}}$$

$$v = \sqrt{5}$$

$$v \approx 2{,}24\,\mathrm{m/s}$$

Portanto, a velocidade máxima que a pipoca atinge durante a queda é aproximadamente

$$v_{\max} \approx 2{,}2\,\mathrm{m/s}.$$

Conclusão

- O deslocamento vertical máximo observado no experimento é aproximadamente 0,42 m.
- Na ausência de resistência do ar, a altura máxima seria 0,45 m.
- A velocidade máxima durante a queda, determinada pelo equilíbrio entre peso e arrasto, é aproximadamente 2,2 m/s.

Esses resultados mostram claramente o efeito da resistência do ar no movimento de objetos leves, como uma pipoca em voo.